# बोर्ड कृतिपत्रिका: जुलै 2022

## इतिहास व राज्यशास्त्र

**वेळ: 2 तास** **एकूण गुण: 40**

**सूचना:**
(1) सर्व कृती/प्रश्न सोडवणे आवश्यक आहे.
(2) उजवीकडील अंक प्रश्नांचे/कृतींचे गुण दर्शवतात.
(3) प्रश्न/कृती 1 ते 5 इतिहास; तर प्रश्न/कृती 6 ते 9 राज्यशास्त्रावर विचारलेल्या आहेत.
(4) प्रश्न क्रमांक 1. (अ) व प्रश्न क्रमांक 6 मध्ये संपूर्ण विधान लिहिणे आवश्यक आहे.
(5) प्रश्न क्रमांक 2. (अ) आणि 8. (ब) मध्ये दिलेली संकल्पनाचित्रे कृतिपत्रिकेनुसारच पेनाने उत्तरपत्रिकेत तयार करणे अपेक्षित आहे.
(6) प्रश्न क्रमांक 1. (ब) मधील प्रत्येक संचातील फक्त चुकीची जोडी ओळखून लिहिणे अपेक्षित आहे.
(7) प्रश्न क्रमांक 1. (अ), 1. (ब) व 6 या प्रश्नांची उत्तरे एकापेक्षा अधिक वेळा लिहिलेली असल्यास, प्रथम लिहिलेली उत्तरेच गुणांसाठी गृहीत धरली जातील.

**प्र.1. (अ) दिलेल्या पर्यायांपैकी योग्य पर्याय निवडून पुढील विधाने पूर्ण करा:** **[3]**

(1) हितोपदेश या संस्कृत ग्रंथाचा जर्मन भाषेत अनुवाद _____ यांनी केला.
(अ) जेम्स मिल (ब) फ्रेडरिक मॅक्सम्युलर
(क) माऊंट स्टुअर्ट एल्फिन्स्टन (ड) जॉन मार्शल

(2) जगातील सर्वांत प्राचीन संग्रहालय _____ या शहराचे उत्खनन करताना सापडले.
(अ) दिल्ली (ब) हडप्पा
(क) उर (ड) कोलकाता

(3) महाबळेश्वर जवळील भिलार हे _____ गांव म्हणून प्रसिध्द आहे.
(अ) पुस्तकांचे (ब) वनस्पतींचे
(क) आंब्याचे (ड) किल्ल्यांचे

**(ब) पुढील प्रत्येक गटातील चुकीची जोडी ओळखून लिहा:** **[3]**

(1) (i) जॉर्ज विल्हेम फ्रेडरिक हेगेल – रिझन इन हिस्टरी
(ii) लिओपॉल्ड व्हॉन रांके – द थिअरी अँड प्रॅक्टीस ऑफ हिस्टरी
(iii) हिरोडोटस – द हिस्टरीज
(iv) कार्ल मार्क्स – डिसकोर्स ऑन द मेथड

(2) (i) दर्पण – बाळशास्त्री जांभेकर
(ii) प्रभाकर – आचार्य प्र. के. अत्रे
(iii) दीनबंधू – कृष्णराव भालेकर
(iv) केसरी – बाळ गंगाधर टिळक

(3) (i) निघोज येथील रांजणखळगे – भौगोलिक पर्यटन
(ii) राजस्थानातील किल्ले – ऐतिहासिक पर्यटन
(iii) कृषी विद्यापीठाला भेट – कृषी पर्यटन
(iv) हिमालयीन कार रॅली – आरोग्य पर्यटन

**प्र.2. (अ) दिलेल्या सूचनांप्रमाणे कृती करा: (कोणत्याही दोन)** **[4]**

**(1) पुढील आकृतिबंध पूर्ण करा :**

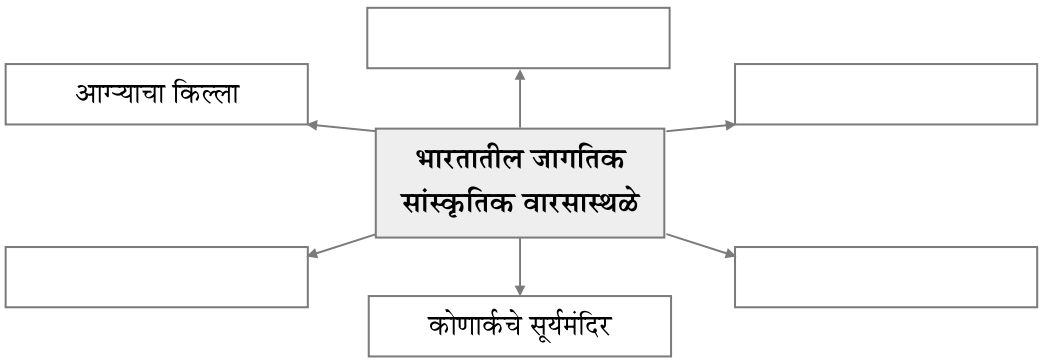


**(2) पुढील संकल्पनाचित्र पूर्ण करा:**

**(3) पुढील संकल्पनाचित्र पूर्ण करा:**

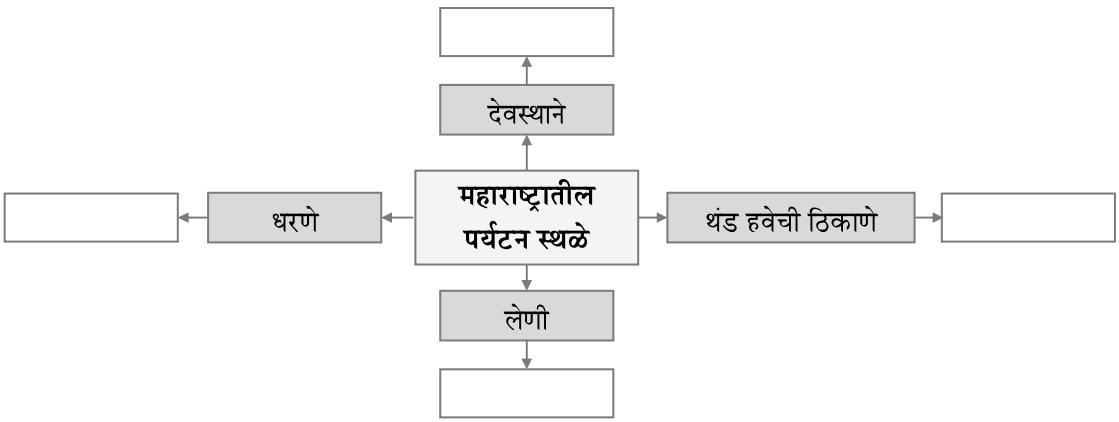


**(ब) थोडक्यात टिपा लिहा: (कोणत्याही दोन)** **[4]**

(1) व्हॉल्टेअर

(2) केसरी व मराठा

(3) खेळणी आणि उत्सव

**प्र.3. पुढील विधाने सकारण स्पष्ट करा: (कोणतीही दोन)** **[4]**

(1) स्त्रियांच्या आयुष्याशी निगडित विविध पैलूंवर विचार करणारे संशोधन सुरू झाले.

(2) तंत्रज्ञानाचा इतिहास अभ्यासावा लागतो.

(3) खेळण्यांद्वारे इतिहासावर प्रकाश पडतो.

(4) विविध विषयांमधील कृतींसाठी प्रशिक्षणाची आवश्यकता असते.

**प्र.4. दिलेल्या उताऱ्याचे वाचन करून, त्याखालील प्रश्नांची उत्तरे लिहा:** **[4]**

**वारसा मुशाफिरी (हेरिटेज वॉक) :** ऐतिहासिक वारसास्थळाला भेट देण्यासाठी जाणे याला 'हेरिटेज वॉक' असे म्हणतात. येथे इतिहास घडला तेथे प्रत्यक्ष जाऊन इतिहास जाणून घेणे ही अनुभूती हेरिटेज वॉकमध्ये येते. जगभर अशा प्रकारचे उपक्रम चालवले जातात. भारताला शेकडो वर्षांचा इतिहास आहे. भारतातील प्रत्येक राज्यात ऐतिहासिक स्थळे आहेत. यात प्राचीन, मध्ययुगीन आणि आधुनिक स्थळे यांचा समावेश होतो. गुजरातमधील अहमदाबाद शहरातील हेरिटेज वॉक प्रसिद्ध आहे. महाराष्ट्रात मुंबई-पुणे इत्यादी शहरांमध्ये या उपक्रमांचे आयोजन केले जाते. यामुळे ऐतिहासिक वस्तू जतन करणे, त्याची माहिती जमवणे आणि तो जगभर विविध माध्यमातून पोहोचवणे इत्यादी उपक्रम चालवले जातात. ऐतिहासिक व्यक्तींची निवासस्थाने ही सुध्दा ऐतिहासिक वारसा असतात. काही ठिकाणी अशा स्थळांवर नीलफलक लावण्याची पद्धत आहे.

**प्रश्न:**

(1) हेरिटेज वॉक म्हणजे काय? (1)

(2) भारतातील कोणकोणत्या शहरात हेरिटेज वॉकचे आयोजन केले जाते? (1)

(3) तुमच्या जिल्ह्यातील कोणत्या ठिकाणी तुम्हांला हेरिटेज वॉकला जायला आवडेल व का? (2)

**प्र.5. पुढील प्रश्नांची सविस्तर उत्तरे लिहा: (कोणतेही दोन)** **[6]**

(1) मार्क्सवादी इतिहासलेखन म्हणजे काय?

(2) ग्रंथालय व्यवस्थापन का महत्त्वाचे आहे?

(3) मैदानी खेळ व बैठे खेळ यांच्यातील फरक स्पष्ट करा.

(4) वृत्तपत्रे सुरू होण्याआधीच्या काळात बातम्या लोकांपर्यंत पोहोचवण्यासाठी जगभर कोणते मार्ग अवलंबले जात असत?

**प्र.6. दिलेल्या पर्यायांपैकी योग्य पर्याय निवडून विधाने पूर्ण करा:** **[2]**

(1) महाराष्ट्रात स्थानिक शासनसंस्थामध्ये महिलांसाठी _____जागा राखीव ठेवण्यात आलेल्या आहेत.

(अ) २५% (ब) 30% (क) ४०% (ड) ५०%

(2) शेतीचे उत्पादन वाढवण्यासाठी आणि अन्नधान्याबाबत स्वयंपूर्ण होण्यासाठी _____ करण्यात आली.

(अ) जलक्रांती (ब) हरितक्रांती

(क) औद्योगिकक्रांती (ड) धवलक्रांती

**प्र.7. पुढील विधाने चूक की बरोबर ते सकारण स्पष्ट करा: (कोणतीही दोन)** **[4]**

(1) भारतीय लोकशाही जगातील सर्वांत मोठी लोकशाही मानली जाते.

(2) आघाडी शासनातून अस्थिरता निर्माण होते.

(3) चळवळीला खंबीर नेतृत्वाची गरज नसते.

**प्र.8. (अ) पुढील संकल्पना स्पष्ट करा: (कोणतीही एक)** **[2]**

(1) माहितीचा अधिकार

(2) निवडणूक सुधारणा

**(ब) दिलेल्या सूचनांप्रमाणे कृती करा: (कोणतीही एक)** **[2]**

**(1) पुढील संकल्पनाचित्र पूर्ण करा:**

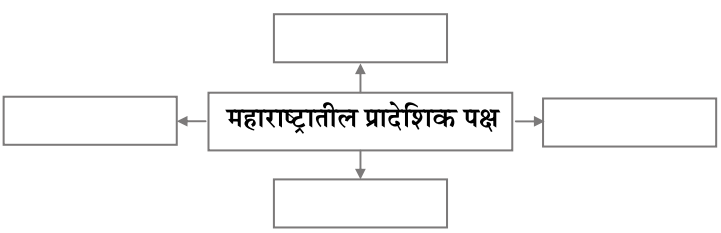

**(2) पुढील तक्ता पूर्ण करा.**

| राज्य / परिसर | आदिवासी |
|---|---|
| (i) ओडिशा | ---------- |
| (ii) ---------- | कोळी |
| (iii) छोटा नागपूर | ---------- |
| (iv) ---------- | संथाळ |

**प्र.9. पुढील प्रश्नांची थोडक्यात उत्तरे लिहा: (कोणताही एक)** **[2]**

(1) निवडणूक आयोगाची कार्ये स्पष्ट करा.

(2) भारतातील शेतकरी चळवळींचे स्वरूप स्पष्ट करा.